G2
Les bases de la géométrie

Je connais le vocabulaire du cercle et je sais tracer un cercle

Un cercle est constitué de tous les points situés à une même distance d'un point appelé « le centre du cercle ». Cette distance est appelée le **rayon** du cercle.

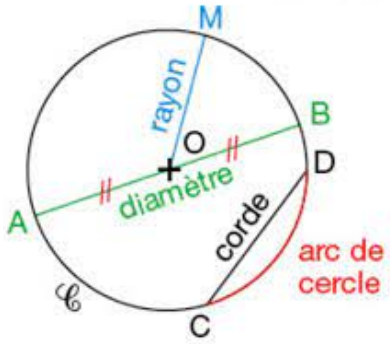

Le **centre** d'un cercle est le point équidistant de tous les points qui constituent ce cercle.	Le point O est le **centre** du cercle $\mathcal{C}$
Un **rayon** d'un cercle est un segment ayant pour extrémités le centre et un point de ce cercle.	[OM] est **un rayon** du cercle alors OM est **le rayon** du cercle.
Un **diamètre** d'un cercle est un segment ayant pour extrémités deux points de ce cercle et dont le milieu est le centre du cercle.	[AB] est **un diamètre** du cercle. Son milieu O est le **centre** du cercle. Il est **2 fois plus grand qu'un rayon.**
Une **corde** d'un cercle est un segment ayant pour extrémités deux points de ce cercle.	[CD] est **une corde.**
Un **arc de cercle** est une portion de cercle comprises entre deux points de ce cercle.	La portion de cercle rouge est **un arc de cercle**. On note $\widehat{CD}$

Remarque : Il ne faut pas confondre **un rayon** et **le rayon. Un rayon** d'un cercle est un segment reliant le centre du cercle à un point du cercle. **Le rayon** d'un cercle est une distance !

Méthode : Construction de cercles

➢ Construire un cercle défini par **son centre** et **son rayon** :

- Poser la pointe du compas sur le "0" de la règle graduée.
- Ouvrer l'autre extrémité du compas jusqu'à la longueur souhaitée pour le rayon, ici 3 cm.
- Placer la pointe du compas sur le point désigné comme centre du cercle, ici A.
- Tracer le cercle.

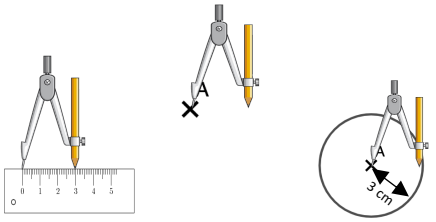

➢ Construire un cercle défini par **son centre** et **son diamètre** :

- Poser la pointe du compas sur le "0" de la règle graduée.
- Ouvrer l'autre extrémité du compas jusqu'à la moitié de la longueur souhaitée pour le diamètre, ici 3,5 cm car le diamètre est de 7 cm.
- Placer la pointe du compas sur le point désigné comme centre du cercle, ici B.
- Tracer le cercle.

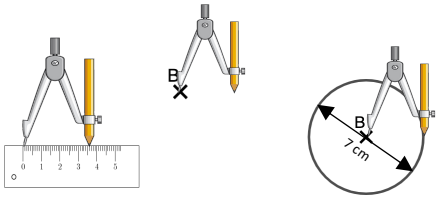

➢ Construire un cercle défini par **son centre** et **un point appartenant au cercle** :

- Poser la pointe du compas sur le centre du cercle, ici le point B, et l'autre extrémité sur le point appartenant au cercle, ici A. Cela définira l'écartement du compas.
- Tracer le cercle qui aura B comme centre et passera par le point A.

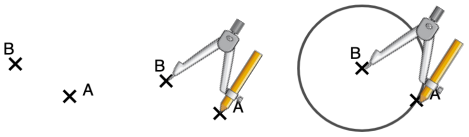

Lien QR code :

Cercle : https://www.youtube.com/watch?v=PY4XwGIeJ4s