M11 Je sais calculer l'aire de figure usuel

Le carré et le rectangle

	Rectangle	Carré
	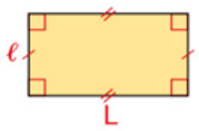	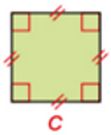
Aire	$L \times l$	$c \times c$

Il faut penser à exprimer les longueurs dans une même unité.

Exemple 1 : Calculer l'aire d'un carré de côté 3cm

$aire\ du\ carré = c \times c =$ 3 cm × 3 cm = 9 cm²

Exemple 2 : Calculer l'aire d'un rectangle de longueur 8 cm et de largeur 34 mm

$Aire\ du\ rectangle = L \times l =$ 8 cm × 34 mm = 8 cm × 3,4 cm = 27,2 cm² (Ne pas oublier la conversion)

Le triangle rectangle

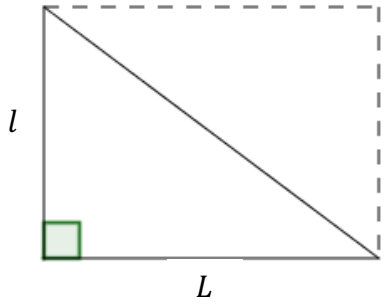

Exemple 3 :

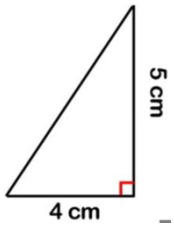

$Aire\ du\ triangle\ rectangle$
$= (L \times l) \div 2$
$=$ (5 cm × $4\ cm) \div 2$
$=$ 20 cm² ÷ 2
= 10 cm²

Aire d'un triangle rectangle $= (L \times l) \div 2$

→ Car c'est un demi rectangle

Le triangle quelconque

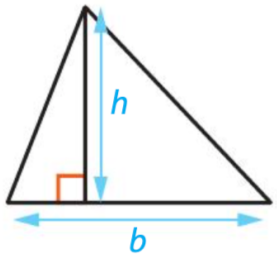

b est la longueur de la base et **h** est la hauteur associé à cette base.

Aire d'un triangle quelconque $= (b \times h) \div 2$

Exemple 4 : Calculer l'aire du triangle suivant, de base 12 cm et de hauteur 5 cm
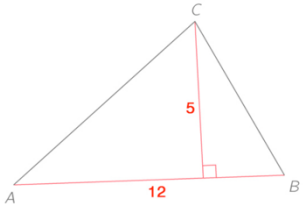
$Aire\ du\ triangle = (b \times h) \div 2 =$ (12 cm × $5\ cm) \div 2 =$ 60 cm² ÷ 2 = 30